合肥工业大学试卷（A）

（共 2 页 第 1 页）

2017－2018 学年第 一 学期　课程代码 0521152B　课程名称 编译原理 学分 3　课程性质：必修□、选修□、限修□　考试形式：开卷□ 闭卷☑

专业班级（教学班） 计算机科学与技术专业　考试日期　命题教师 李宏芒　系/教研室主任审批签名

一、选择题：【每小题 2 分，共 20 分】

1. 构造编译程序应掌握（　　）。
   A. 源程序　B. 目标语言　C. 编译方法　D. 以上三项都是

2. 文法 G 所描述的语言是（　　）的集合
   A. 文法 G 的字母表 V 中所有符号组成的符号串；
   B. 文法 G 的字母表 V 的闭包 V^* 中的所有符号串；
   C. 由文法的开始符号推出的所有符号串；
   D. 由文法的开始符号推出的所有终结符符号串。

3. 文法 G：S→xSx|y 所识别的语言是（　　）。
   A. x^*yx^*　B. $(xyx)^*$　C. $(x^nyx^n)(n\geq 0)$　D. x^*yx^*

4. 有限状态自动机能识别（　　）。
   A. 上下文无关文法　B. 上下文有关文法　C. 正规文法　D. 短语文法

5. 设有 C 语言的程序段如下：

```
printf("%d",*(p+5));
for(i=0;i<10;i++)
    *(p+i)=i;
```

则经过词法分析后，可以识别的单词个数是（　　）个。
   A. 19　B. 20　C. 21　D. 23

6. （　　）文法不是 LL(1) 的。
   A. 递归　B. 右递归　C. 2 型　D. 含有公共左因子的

7. 如果文法 G 是无二义的，则它的任何句子 α（　　）。
   A. 最左推导和最右推导对应的语法树必定相同
   B. 最左推导和最右推导对应的语法树可能不同
   C. 最左推导和最右推导必定相同
   D. 可能存在两个不同的最左推导，但它们对应的语法树相同

8. 若 a 为终结符，则 A→$\alpha\cdot$aβ 为（　　）项目
   A. 归约　B. 移进　C. 规约　D. 待约

9. 使用（　　）可以定义一个程序的意义。
   A. 语义规则　B. 词法规则　C. 产生规则　D. 词法规则

10. a:= a+b*c ! (d/e)/f) 的逆波兰记号表示是（　　）。
    A. aabc*+ ! de/f/:=　B. aabcde ! */:=　C. aabcde/ ! *f/+:=　D. 以上都不对。

考试科目说明：1. 学生必须按照号顺序答题；答题时只写答案；请尽量在一张答题纸内（正、反）答题。2. 考试纸与答题纸分开，试卷装订时只装订学生答题纸。3. 学生试卷纸由各系（教研室、中心）负责收回，学校统一销毁。

命题教师注意事项：1. 主考教师必须于考试一周前将"试卷 A"、"试卷 B"经教研室主任审批签字后送教务部印刷。2. 请命题教师用黑色水笔工整地书写题目或用 A4 纸模式打印后在试卷版芯中。

二、填空题：【每小题 2 分，共 10 分】

1. Chomsky 定义的四种形式语言文法分别为：0 型文法——又称短语文法，1 型文法——又称上下文有关文法，2 型 文法——又称上下文无关文法，3 型文法——又称 正规 文法。
2. 词法分析阶段的任务就是对左到右扫描源 编译程序，从而逐个识别 单词 ____。
3. 自顶向下语法分析方法会遇到的主要问题有左递归 ____和____ 回溯 ____。
4. 对于文法 G[E]：E→T|E+T　T→F|T*F　F→P|F↑P　P→(E)|i，句型 T+T*F+i 的句柄是 ____，最左素短语是 ____，最左素短语是 T*F。
5. 一个文法符号的综合属性是通过语法树中它的 父亲或兄弟 结点的相关文法符号的属性来计算的。

三、判断题：【每小题 2 分，共 20 分】

1. 用高级语言书写的源程序都必须通过编译，产生目标代码后才能投入运行。（ ✗ ）
2. 一个语言的文法是唯一的。（ ✗ ）
3. 确定的自动机以及不确定的自动机都能正确地识别正规集。（ ✓ ）
4. 对任何正规表达式 e，都存在一个 NFA M，满足 L(G)=L(e)。（ ✓ ）
5. 一个有限自动机识别的语言是一个无限集合，则该有限自动机的状态图一定含有回路。（ ✓ ）
6. 句型的每个直接短语都是某产生式的右部。（ ✓ ）
7. 算符优先分析法每次归约的都是句型的最左素短语。（ ✗ ）
8. 文法 G 若是 LALR(1)文法，则文法 G 必定是 LR（1）文法。（ ✓ ）
9. 使用语法制导翻译方法的编译程序都同时进行语法分析和语义分析。（ ✓ ）
10. 程序中不允许任何标识符先引用后定义。（ ✗ ）

四、解答题：【共 8 题，共 50 分】

1. 什么是上下文无关文法？【4 分】
   G=(Vt, Vn, S, P)
   Vt Vn 非空且 Vt∩Vn=∅
   S∈Vn　文法开始符号　至少有此规则一次
   P 产生式集合（有限）　P→α, P∈Vn, α∈(Vt∪Vn)*

2. 写一个文法使其语言为 L(G)={a^n b^n c^m | n,m≥1, n 为奇数，m 为偶数}。【4 分】
   G: S→A8
   A→aaAbb|ab
   B→ccB|cc

3. 构造正规式 (0|1)*00 相应的 DFA，并进行化简。【5 分】

4. P→SQ
   S→a'S b'|ab
   Q→C'R|E
   C→S→a|'|(T)
   T→T,S|S

   下面文法 G(S)：【6 分】

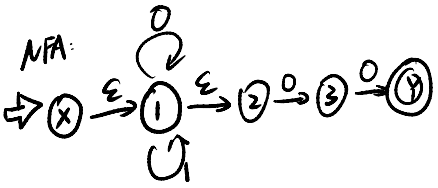
	FIRSTVT	LASTVT
S	a^(	a^)
T	,	a^)

   S→(T)　(< ,
   T→T,S　) >)

   FIRSTVT　a', a^(,
   LASTVT　a^), a^),
   (T) (=)　T→T,S　a > ,
) >)

$(0|1)^*01$　　ε-closure(X) = {X, 1, 2}

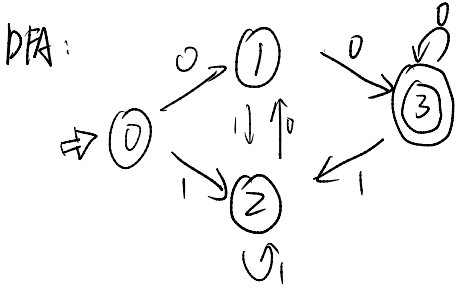
NFA:



确定化:

	I_0	I_1
{X, 1, 2}	{1, 2, 3}	{1, 2}
{1, 2, 3}	{1, 2, 3, Y}	{1, 2}
{1, 2}	{1, 2, 3}	{1, 2}
终 {1, 2, 3, Y}	{1, 2, 3, Y}	{1, 2}

DFA:



最小化 $I^{(1)}$: {0, 1, 2}　$I^{(2)}$: {3}

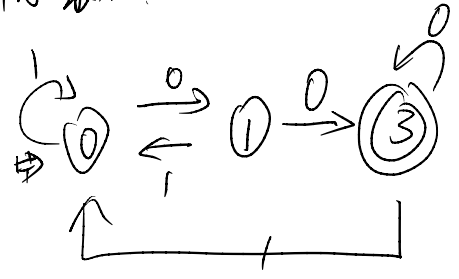
$I_0^{(1)}$ = {1, 3}　(0, 2 → 1; 1 → 3)

合并

$I^{(11)}$ = {0, 2}　$I^{(12)}$ = {1}

$I_0^{(11)}$ = {1}　$I_1^{(11)}$ = {2} ✓

DFA 最小:



合肥工业大学试卷（A）

2017－2018 学年第 一 学期　课程代码 0521152B　课程名称 编译原理　学分 3　课程性质：必修□、选修□、限修□　考试形式：开卷□ 闭卷□

专业班级（教学班）计算机科学与技术专业　考试日期　命题教师 李宏芒　系（教研室）主任审批签名

4. (1) S　T　4. (2) a · ( ) ,

FIRSTVT a, ·, (　a·, (·

LASTVT a, ·,)　a·,), ,

T → a　(1) 构造各非终结符的FIRSTVT和LASTVT集合；

T → (T)　(2) 构造算符优先表；

T → T , S　(3) 是算符优先文法吗？请说明理由。

5. (1) FIRSTVT　FOLLOW

S {a, b}　{#}

A {a, b, c}　{b, #}

B {b, ε}　{c, #}

(1) 计算这个文法的每个非终结符的 FIRST 和 FOLLOW 集合；

(2) 无左递归　证明这个文法是 LL (1) 的；

(3)

	a	b	c	#
S	S→aBc	S→bAB		
A	A→aAb	A→b		
B		B→b	B→ε	B→ε

S: First(aBc) ∩ First(bAB) = φ　有最终ε 看 Follow.

A: First(aAb) ∩ First(b) = φ　First(b) ∩ Follow(B) = φ　LL(1)√

6. 在定义二进制整数的文法如下，【6 分】

L → L B　{ L.val = L.val × 2 + B.val }

L → B　{ L.val = B.val }

B → 0　{ B.val = 0 }

B → 1　{ B.val = 1 }

构造一个翻译模式，计算该二进制数的值（十进制的值）。

设文法 G[S]：【4 分】

S → AS | a　A → aA | b

7. (1) 拓广文法 G[S']：

(2) 构造识别该活前缀的 LR (1) 分析表；

(3) 给出输入符号串 abab# 的分析过程。

I0: S'→·S, #　S→·AS, #　A→·aA, a/b/#　A→·b, a/b/#

I1: S'→S·, #

I2: S→A·S, #　S→·AS, #　S→·aA, a/b/#　S→·b, a/b/#

I3: S→a·A, a/b/#　A→·aA, a/b/#　A→·b, a/b/#

I4: A→b·, a/b/#

I5: S→AS·, #

I6: A→aA·, a/b/#

I7: A→a·A, a/b/#　A→·aA, a/b/#　A→·b, a/b/#

I8: A→aA·, a/b/#

I9: A→aA·, a/b/#

S 转移 I0→I2；A 转移 I0→I3；a 转移 I0→I4；b 转移 I0→I5；S 转移 I2→I5；A 转移 I2→I6；a 转移 I2→I7；b 转移 I2→I8；A 转移 I3→I9；a 转移 I3→I7；b 转移 I3→I8

I0 I2 可修进－归约冲突，引入 LR(1) 方法解决 ✓

不可归约－归约冲突

7. (2)

	ACTION				GOTO	
	a	b	#	S	A	
0	S3	S4		1	2	
1			acc			
2	S3	S4		5	6	
3	S3	S4			9	
4	r3	r3	r3			
5			r1			
6	r2	r2	r2			
7	S7	S8			8	
8	r4	r4	r4			
9	r3	r3	r3			

8. 翻译循环语句 while (a<b) do if (c>d) then x:=y+z ，要求：给出加注释的分析树及四元式序列（假定四元式中间代码指令的起始序号为 100）。【10 分】

参考以下部分翻译模式：

(1) S→if E then M1 S1　{backpatch(E.truelist, M1.quad);
S.nextlist:=merge(E.falselist, S1.nextlist)}

(2) S→while M1 E do M2 S1　{backpatch(S1.nextlist, M1.quad);
backpatch(E.truelist, M2.quad);
S.nextlist:=E.falselist}

7. (3)

步骤	状态	符号	输入	动作
0	0	#	abab#	
1	03	#a	bab#	A(0,a)=S3
2	034	#ab	ab#	A(3,b)=S4
3	036	#aA	ab#	A(4,a)=r5, GOTO(3,A)=6
4	02	#A	ab#	A(6,a)=r2, GOTO(0,A)=2
5	023	#Aa	b#	A(2,a)=S3
6	0234	#Aab	#	A(3,b)=S4
7	0236	#AaA	#	A(4,#)=r5, GOTO(3,A)=6
8	022	#AA	#	A(6,#)=r4, GOTO(2,A)=2
9	025	#AAS	#	A(2,#)=r1, GOTO(0,A)=2

合 肥 工 业 大 学 试 卷 （A）

（共 2 页 第2页）

2017～2018 学年第 一 学期 课程代码 0521152B 课程名称 编译原理 学分 3 课程性质：必修☑、选修□、限修□ 考试形式：开卷□ 闭卷☑

专业班级（教学班） 计算机科学与技术专业 考试日期 命题教师 李宏芒 系/教研室主任审批签名

(1) 构造各非终结符的 FIRSTVT 和 LASTVT 集合；

(2) 构造算符优先表；

(3) 是算符优先文法吗？请说明理由。

5. 对下面的文法 G：【6 分】

S->aBc | bAB

A->aAb | b

B->b | ε

(1)计算这个文法的每个非终结符的 FIRST 和 FOLLOW 集合；

(2) 证明这个文法是 LL（1）的；

(3) 构造它的预测分析表。

6. 有定义二进制整数的文法如下：【6 分】

L →LB | B

B →0 | 1

构造一个翻译模式，计算该二进制数的值（十进制的值）。

7. 设文法 G[S]为：【9 分】

S→AS|ε　　A→aA|b

(1) 证明 G[S]是 LR（1）文法；

(2) 构造它的 LR（1）分析表；

(3) 给出输入符号串 abab#的分析过程。

8. 翻译循环语句 while (a<b) do if (c>d) then x:=y+z 。要求：给出加注释的分析树及四元式序列（假定四元式中间代码指令的起始序号为 100）。【10 分】

参考以下部分翻译模式：

(1) S→if E then M S1　　{backpatch(E.truelist,M.quad);
S.nextlist:=merge(E.falselist,S1.nextlist)}

(2) S→while M1 E do M2 S1　　{backpatch(S1.nextlist,M2.quad);
backpatch(E.truelist,M1.quad);
S.nextlist:=E.falselist;
emit('j,-,-,'M1.quad)}

(3) S→A　　{S.nextlist:=makelist(0)}

(4) L→S　　{E.nextlist:=S.nextlist}

(5) M→ε　　{M.quad:=nextquad}

(6) E→id1 relop id2　　{E.truelist:=makelist(nextquad);
E.falselist:=makelist(nextquad+1);
emit('j',id1.place,'relop.op','id2.place,'0');
emit('j,-,-,0')}

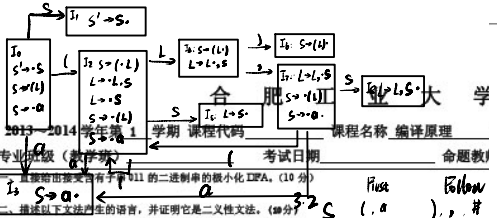
(7) E→id　　{emit(:=,E.place,id.place)}

(8) E→E1+E2　　{E.place:=newtemp;
emit(+,E1.place,E2.place,E.place,)}

(9) E→id　　{E.place:=id.place}

考试特别提示：1、学生必须按题号顺序答题；答题时只写答案；请尽量在一张答题纸内（正、反）答题。 2、交卷时试卷与答题纸分开，试卷装订时只装订学生答题纸。 3、学生试卷纸由各系（教研室、中心）负责收回，学校统一销毁。
命题教师注意事项：1、主考教师必须于考试一周前将“试卷 A”、“试卷 B”经教研室主任审批签字后送教务科印刷。 2 请命题教师用黑色水笔工整地书写题目或用 A4 纸横式打印贴在试卷版芯中。

3.3 S'→S
S→(L)
S→a
L→L,S
L→S



合 肥 工 业 大 学

2013 —2014 学年第 1 学期 课程代码 课程名称 编译原理

专业班级（教学班） 考试日期 命题教

姓名 张炳武

□考试形式：开卷 □闭卷 √

一、直接给出接受右有个字 011 的二进制串的极小化 DFA。(10 分)

二、描述以下文法产生的语言，并证明它是二义性文法。(10分)

S → a S b S | b S a S | ε

3.4 没有活前缀 ici

用来记录移进的符号

三、针对以下文法：

S → (L) | a

L → L , S | S

(α) (β)

S→(L) : S.val = L.val (1)

S→a : S.val = 0

L→S L' : L.val = L'.val + S.val

L'→,S L'1 : L'.val = L'1.val + S.val

L'→ε : L'.val = 0

S→((a),a((a),a)) L'=2 L'=1 L'=0

L'.val=1

避免二义性

(1) 给出该文法的活前缀的 LR(0)项目（状态）集族。(4分)

(2) 在（1）的基础上，给出 LL(1)分析表。(10 分)

(3) 在（1）的基础上，给出识别原文法的活前缀的 LR(0)项目（状态）集族。(4分)

(4) 在（1）的基础上，给出一个语法制导定义，统计输入串中配对括号的总数。(10 分)

(5) 在（1）的基础上，给出一个翻译方案，打印输入串中每个 a 的位置。(10 分)

四、给出如下C程序的三地址代码。假设，a为N*N的整型数组，N为常数，其余为整型变量。(20分)

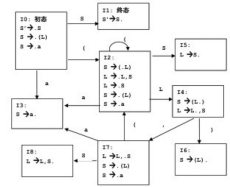
```
for( i = k+1; i<N; i++ ) {
   a[ i ][ k ] = a[ i ][ k ] / a[ k ][ k ];
   for( j = k+1; j<N; j++ ) {
     a[ i ][ j ] = a[ i ][ j ] - a[ i ][ k ] * a[ k ][ j ] / a[ k ][ k ];
   }
}
```

五、下面是某 C 源程序及其在 32 位 linux 下经编译后得到的汇编代码。(10 分)

(1) 给出该 c 程序运行输出结果。(5 分)

(2) 波浪线处的汇编代码作用是什么？ (5 分)

(3) 补全下划线处不完整的汇编代码。(4 分)



	First	Follow
S	(, a	), , , #
L	(, a	)
L'	, , ε	)

LL(1) ( ) a , #

	(	)	a	,	#
S	S→(L)		S→a		
L	L→SL'		L→SL'		
L'		L'→ε		L'→,SL'	

看Follow

```
#include<stdio.h>
int main(){

int arr[] = {6,7,8,9,10};
int *ptr = arr;
*(ptr++)+=123;
printf("%d %d\n", *ptr, *(++ptr));
return 0;
}
```

第五题的 C 源程序：

```
file "1.c"
.section .rodata
.align 4
LC0:
.long   6
.long   7
.long   8
.long   9
.long   10
LC1:
.string "%d %d\n"
.text
.globl main
.type   main, @function
main:
pushl   %ebp
        ①
pushl   %edi
pushl   %esi
subl    $48, %esp
andl    $-16, %esp
movl    $0, %eax
subl    %eax, %esp
```

第五题的汇编代码

```
movl    -40(%ebp), %edi
movl    $1, (%esp)
call    ②
movl    $0, %eax
movl    %esi, %ecx
leal    -8(%ecx), %esp
popl    %ecx
popl    %esi
popl    %edi
leave
ret
.size   main, .-main
```

第五题的汇编代码一续

```
.ident  "GCC: (GNU) 4.4.7 20120313 (Red Hat 4.4.7-3)"
.section .note.GNU-stack,"",@progbits
```

```
leal    -40(%ebp), %edi
movl    $1, (%esp)
call    ②
movl    $0, %eax
movl    %esi, %ecx
leal    -8(%ecx), %esp
popl    %ecx
popl    %esi
popl    %edi
leave
ret
.size   main, .-main
```

```
leal    -40(%ebp), %esi
movl    %esi, -44(%ebp)
movl    -44(%ebp), %esi
addl    $123, (%esi)
leal    -44(%ebp), %esi
addl    $4, (%esi)
subl    ②
leal    -44(%ebp), %esi
addl    $4, (%esi)
movl    -44(%ebp), %esi
pushl   (%esi)
movl    -44(%ebp), %esi
pushl   (%esi)
        ③
call    printf
addl    $16, %esp
movl    $0, %eax
leal    ④    , %esp
popl    %esi
popl    %edi
```

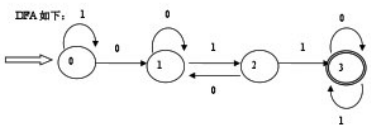
合 肥 工 业 大 学 试 卷（A、B√）

2013～2014 学年第 1 学期 课程代码_____ 课程名称 编译原理 学分___课程性质:必修 □选修 □、限修□ 考试形式:开卷 □闭卷√

专业班级（教学班）_____ 考试日期_____ 命题教师_____ 系（所或教研室）主任审批签名_____张炳武_____

参考解答如下：

一、 DFA 如下：



二、 解答如下：

该文法产生 a、b 个数相等的 a、b 串；

二义性证明如下：可以选择串 abab，构造两个不同最左推导；

最左推导一：

S→aSbS→abSaSbS→abaSbS→abab

最左推导二：

S→aSbS→abSaSbS→abaSbS→abab

所以原文法是二义性文法！

三、 解答如下：

（1）删除左递归后的文法：

S → (L) | a

L → S M

M → , S M | ε

（2）LL(1)分析表如下：

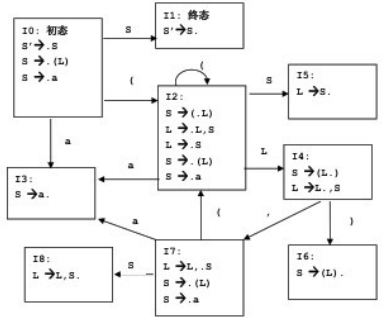
	(	)	a	,	$
S	S → (L)		S → a		
L	L → S M		L → S M		
M		M → ε		M → , S M	

（3） 首先拓展原文法，再给出识别活前缀的 LR(0)项目集族：

S′→ S

S → (L) | a

L → L , S | S



（4）统计配对括号总数的语法制导定义如下：（在删除左递归文法的基础上）

为各个非终结符设属性 c 表示所产生的串里配对括号的个数。

产生式	属性计算规则
S′→ S	print($S.c$)
S → (L)	$S.c = L.c + 1$
S → a	$S.c = 0$
L → S M	$L.c = S.c + M.c$
M → , S M1	$M.c = S.c + M_1.c$
M → ε	$M.c = 0$

命题教师注意事项1、主考教师必须于考试一周前将“试卷A”、“试卷B”经教研室主任审批签字后送教务科印刷。 2、请命题教师用黑色水笔工整地书写题目或用A4纸横式打印贴在试卷骑芯中。

合 肥 工 业 大 学 试 卷（A、B√）

2013～2014 学年第 1 学期 课程代码_____ 课程名称 编译原理 学分___课程性质:必修 □选修 □、限修□ 考试形式:开卷 □闭卷√

专业班级（教学班）_____ 考试日期_____ 命题教师_____ 系（所或教研室）主任审批签名_____张炳武_____

（5）打印每个 a 的位置的翻译方案是：

为非终结符引入继承属性 p，表示该符号开始位置，综合属性 q 表示符号访问结束后，下一个可用位置。

产生式
S'→ {S.p:=1} S
S → { { L.p:=S.p+1; } L } { S.q := L.s + 1; }
S → a { print(S.p); S.q := S.p + 1;}
L → { S.p = L.p; } S { M.p := S.q; } M { L.q := M.q; }
M → , { S.p := M.p + 1; } S { M_1.p = S.q; } M_1 { M.q := M_1.q; }
M → ε { M.q := M.p; }

四、 三地址代码如下：

i=k+1
L1: if i<=N go to L10
t1 = i * N
t1 = t1 + k
t2 = 4 * t1
t3 = a[t2] //a[i][k]
t4 = k * N
t4 = t4 + k
t5 = 4 * t4
t6 = a[t5] //a[k][k]
t7 = t3 / t6
a[t2]= t7
三地址代码 1
	j=k+1
	L2: if j<=N go to L9
	t8 = i * N
	t8 = t8 + j
	t9 = 4 * t8
	t10 = a[t9] //a[i][j]
	t11 = i * N
	t11 = t11 + k
	t12 = 4 * t11
	t13 = a[t12] //a[i][k]
	t14 = k * N
	t14 = t14 + j
	三地址代码 2
		t15 = 4 * t14
		t16 = a[t15] //a[k][j]
		t17 = t13 * t16
		t18 = k * N
		t18 = t18 + k
		t19 = 4 * t18
		t20 = a[t19] //a[k][k]
		t21 = t17 / t20
		t22 = t10 - t21
		a[t9] = t22
		j=j+1
		go to L2
		三地址代码 3
			L9: i=i+1
			go to L1
			L10:
			
			三地址代码 4

五、 参考解答如下

(1) 程序输出结果为 8 8

(2) 波浪线处的汇编代码作用相当于给数组 arr 赋初值。

(3) ① movl %esp, %ebp
② subl $4, %esp
③ pushl $.LC1
④ -8(%ebp)

1.5 14-15

编译原理

合 肥 工 业 大 学 试 卷（A、B √）

20～20 学年第___学期 课程代码_____ 课程名称_____学分___课程性质:必修 □选修 □、限修□ 考试形式:开卷 □闭卷 □

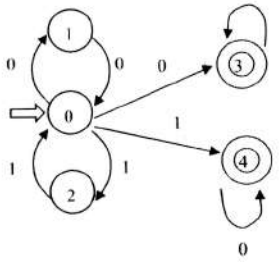
专业班级（教学班）_____ 考试日期_____ 命题教师_____ 系（所或教研室）主任审批签名_____张炳武_____

一、给出识别正规式 (00|11)*(01*|10*)的极小化的确定有限状态自动机。(10 分)

参考解答：

本题考查识别给定正规式（集）的 NFA 的构造及其确定化和极小化的过程。

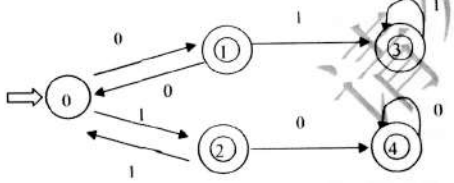
识别该正规式的一种 NFA 如下：



然后根据子集构造法将上述 NFA 确定化，如下：

	状态子集\输入	0	1
0	{0}	{1,3}	{2,4}
1	{1,3}	{0}	{3}
2	{2,4}	{4}	{0}
3	{3}	-	{3}
4	{4}	{4}	-

经过 DFA 极小化，仍为 5 个状态；即，最终结果为：



评分：给出正确形式的 NFA，得 5 分；给出正确极小化过程给 2 分；最终 DFA 正确，给 3 分。

二、根据题一的结果，写一个上下文无关文法，它产生和题一中的正规集相同的语言。(10 分)

参考解答：

本题考查由 FA 构造识别同样正规集的上下文无关文法的过程。

上下文无关文法如下：

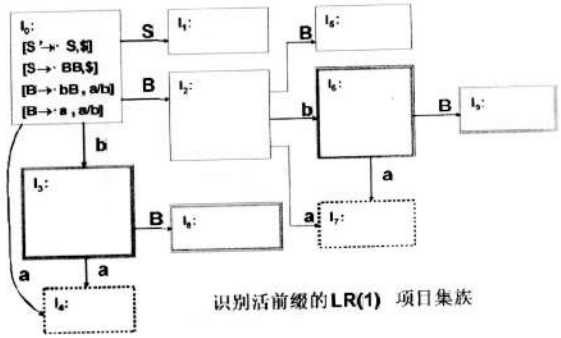
A → 0 B | 1 C
B → 0 A | 1 D
C → 1 A | 0 E
D → 1 D | ε
E → 0 E | ε

评分：每给出一个正确产生式，得 1 分，其中 A～E 名字可以任意命名。

三、下面是识别G_1 LR(1)活前缀的FA。请将其补充完整，并给出在分析栈上串baba$的LR(1)分析过程。(15分)

文法G_1

(0) S'→S
(1) S→BB
(2) B→bB
(3) B→a



识别活前缀的LR(1) 项目集族

参考解答：

本题考查识别文法活前缀的 FA 的构造过程及移进一归约过程。

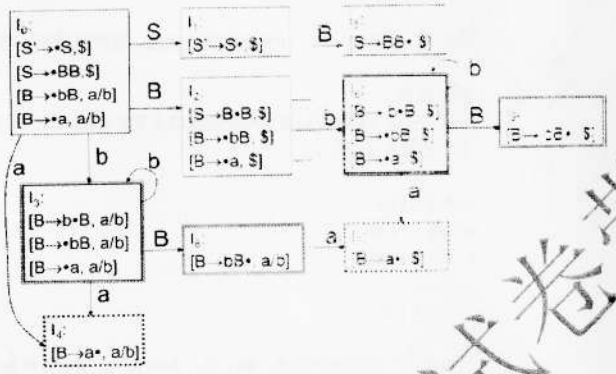
命题教师注意事项:1、主考教师必须于考试一周前将“试卷 A”、“试卷 B”经教研室主任审批签字后送教务科印刷。 2、请命题教师用黑色水笔工整地书写题目或用 A4 纸横式打印贴在试卷版芯中。

请勿将试卷带进考场 请勿私下传阅

合 肥 工 业 大 学 试 卷（A、B √）

20～20 学年第___学期 课程代码_____ 课程名称_____学分___课程性质:必修 □选修 □、限修□ 考试形式:开卷 □闭卷 □

专业班级（教学班）_____ 考试日期_____ 命题教师_____ 系（所或教研室）主任审批签名_____张炳武_____



分析栈	输入串	输出
0	baba$	
0b3	aba$	移进 b
0b3a4	ba$	移进 a
0b3B8	ba$	归约 B→ a
0B2	ba$	归约 B→bB
0B2b6	a$	移进 b
0B2b6a7	$	移进 a
0B2b6B9	$	归约 B→ a
0B2B5	$	归约 B→bB
0S1	$	归约 S→BB
		接收，分析成功！

评分：给出完整的识别活前缀 DFA，得 10 分；给出正确分析过程，得 5 分。

四、给出产生语言 $L=\{a^m b^n | m \geq n \geq 0\}$ 的 3 个文法。

（1） 二义性文法 G_2，并证明其二义性。（10 分）

（2） 非二义且非 LR 文法 G_3。（5 分）

（3） LR（1）文法 G_4。（5 分）

参考解答：

本题考查二义性文法、LR 类文法的设计与分析。

（1）文法如下：

S→ a S b | a S | ε

二义性文法的证明：

S⇒aSb ⇒aaSbb ⇒aaaSbbb

⇒aaaεbbb ⇒ aaaεbbb

⇒ aaabbb

S⇒aS ⇒aaSb ⇒aaaSbb

⇒aaaaSbbb ⇒ aaaεbbb

⇒ aaaabbb

评分：给出文法，得 6 分，证明二义性，得 4 分；

（2）文法如下：

S→ a S b | A

A→ a A | ε

评分：给出文法，得 5 分；

（3）文法如下：

S→ a S | A

A→ a A b | ε

评分：给出文法，得 5 分；

请勿将试卷带进考场 请勿私下传递答案

合 肥 工 业 大 学 试 卷（A、B √）

20～20 学年第___学期 课程代码_____ 课程名称_____学分___课程性质:必修 □选修 □、限修□ 考试形式:开卷 □闭卷 □

专业班级（教学班）_____ 考试日期_____ 命题教师_____ 系（所或教研室）主任审批签名_____张炳武_____

五、给出如下C程序的三地址代码。(15分)

```
int a[100][100];  // 整型数占4个字节
for( i = 0; i < 100; i++)
  for( j = 0; j < i; j++) {
     int temp;
     temp = a[i][j]; a[i][j] = a[j][i]; a[j][i] = temp;
  }
```

参考解答：

本题考查三地址形式中间代码的生成。

```
(100) i = 0
(101) j = 0
(102) t1 = i*100
(103) t1 = t1 + j
(104) t2 = t1 * 4
(105) t3 = a[t2]
(106) temp = t3
(107) t4 = i * 100
(108) t4 = t4 + j
(109) t5 = t4 * 4
(110) t6 = j * 100
(111) t6 = t6 + i
(112) t6 = t6 * 4
(113) t7 = a[t6]
(114) a[t5] = t7
(115) t8 = j * 100
(116) t8 = t8 + i
(117) t9 = t8 * 4
(118) a[t9] = temp
(119) j = j + 1
(120) if j<100 goto 102
(121) i = i + 1
(122) if i<100 goto 101
```

评分：给出的三地址循环语义正确且数组地址访问正确，得15分；

六、针对以下文法G_s，

（1）在不修改文法情况下，写一个翻译方案将各个变量的类型信息填入符号表中；(10分)

（2）删除翻译方案（1）中的左递归，并给出自顶向下预测翻译程序。(10分)

辅助函数：addtype(entry, type)，将类型type填入符号表条目entry中。

match(t)，匹配词法记号t，移动输入指针。

文法G_s：D→T L　T→int | float　$L \rightarrow L_1$, id　L→id

参考解答：

（1）

产生式及翻译方案
D→T {L.in := T.type} L
T→int { T.type := integer }
T→float { T.type := float }
$L \rightarrow \{ L_1.in := L.in; \} L_1$, id { *addtype*(id.entry, L.in)}
L→id { *addtype*(id.entry, L.in)}

评分：每个产生式的翻译方案2分；

（2）删除左递归后的翻译方案如下：

产生式及翻译方案
D→T {L.in := T.type} L
T→int { T.type := integer }
T→float { T.type := float }
L→id { *addtype*(id.entry, L.in) ; R.in := L.in } R
$R \rightarrow$, id { *addtype*(id.entry, R.in) ; R_1 . in := R.in } R_1
R→ ε

递归翻译函数设计如下：

```
void D(void)
{ TYPE type, in;
  if(lookhead==int || lookhead ==float){type = T(); in = type; L(in);}
  else error();
}
```

请勿将试卷带进考场
请勿私下传阅

命题教师注意事项:1、主考教师必须于考试一周前将“试卷A”、“试卷B”经教研室主任审批签字后送教务科印刷。 2、请命题教师用黑色水笔工整地书写题目或用A4纸横式打印贴在试卷版芯中。

合 肥 工 业 大 学 试 卷（A、B √）

20～20 学年第___学期 课程代码_____ 课程名称_____学分___课程性质:必修 □选修 □、限修 □ 考试形式:开卷 □闭卷 □

专业班级（教学班）_____ 考试日期_____ 命题教师_____ 系（所或教研室）主任审批签名_____张炳武_____

```
TYPE T()
{ TYPE type;
  if (lookhead == int) {match(int); type = int; }
  else if(lookhead==float){ match(float); type = float;}
  else error();
  return type;
}

void L(TYPE in)
{
  TYPE r_in;
  ENTRY entry;
  if(lookhead==id) {
    entry = lex_val;
    match(id);
    addtype(entry,in);
    r_in = in;
    R(r_in);
  }
  else error();
}

void   R(TYPE in)
{
  ENTRY entry;
  TYPE r1_in;

  if( lookhead == ',') {
    match(',');
    entry = lex_val;
    match(id);
    addtype(entry,in);
    r1_in = in;
    R(r1_in);
  }
  else if(lookhead==$){ return;} else error();
}
```

评分：给出语义正确的翻译函数，得 10 分；

七、下面是某 C 源程序及其在 32 位 linux 下经编译后得到的汇编代码。

C 源程序：test.c

```
void f()
{
char cc='A';
struct {
   double a;
   int b ;
   struct {
          char c[5];
          double d;
   } e;
   int f;
} g;
   g.b = 100;
   g.e.c[1] = 'B';
   g.e.d = g.a;
}
```

汇编码：.file "test.c"

```
        .text
.globl f
        .type   f,@function
f:
        pushl   %ebp
        movl    %esp, %ebp
        subl    $48,%esp
        movb    $65, _________
        movl    $100, _________
        movb    $66, _________
        movl    _________, %eax
        movl    _________, %edx
        movl    %eax, _________
        movl    %edx, _________
        leave
        ret
```

问题：（1）补全下划线处的空白代码；（7 分）

（2）sizeof(g) 是多少？（3 分）

【注：double 与 struct 均对齐到 8】

参考解答：

本题考查运行时环境、活动记录等相关知识内容。

```
movb    $65, ___-1(%ebp)____
movl    $100, ___-40(%ebp)___
movb    $66, ___-31(%ebp)____
movl    ___-48(%ebp)_____, %eax
movl    ___-44(%ebp)_____, %edx
movl    %eax, ___-24(%ebp)____
movl    %edx, ___-20(%ebp)____
```

sizeof(g)为40（字节）

评分： 给出的答案若满足题目设定的对齐要求即可得10分。

命题教师注意事项:1、主考教师必须于考试一周前将“试卷 A”、“试卷 B”经教研室主任审批签字后送教务科印刷。 2、请命题教师用黑色水笔工整地书写题目或用 A4 纸横式打印贴在试卷版芯中。

请勿将试卷带进考场
请勿私下传阅